
Termo II (1)

$\Delta S = S_2 - S_1 = \int_1^2 \frac{\delta Q}{T}$

Entropi - ~~Kaos~~ (?)

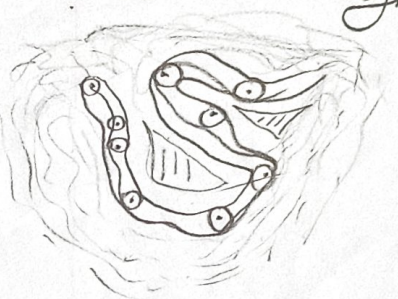






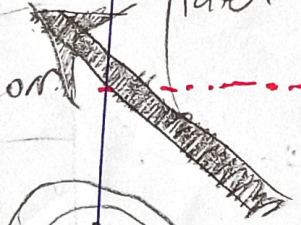
7-9-10-11-12

∴ Bölümler öğrenilecek.



Yunus Cengel içerisinden ilerliyor

İşler tersinir entropisi > Tersinir

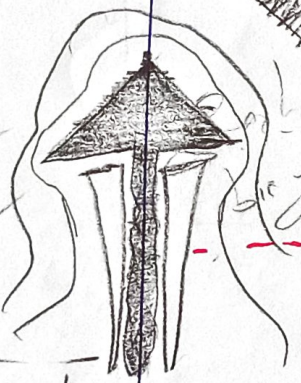




Entropinin Artışı ilkesi

Entropi

Tersinmez ✓



Çöp (?) ✓

Mükemmel Gazların Entropi Değişimi

$\bar{S}$ → "Birimmolüçünse çizgi çizilir."

Saf Maddelerin Entropi Değişimi

Mükemmel Gazların İzantropik Hal Değişimleri

P_r => İndirgenmiş (Bağıl) basınç

✓ Clasius eşitsizliği

Kelvin-Planck ifadesi ✓

Sembolü "S" dir.

Ödev 4.1

$T_1 = 22°C$

$P_1 = 95\ kPa$

$P_2 = 8 \cdot 95$

$=$

1. $T = 295\ K$ için
   $v_{r_1} = ?$ ... $= 647.9$

2. $v_{r_2} = ?$

   $\frac{v_{r_1}}{v_{r_2}} = \frac{v_1}{v_2} = 8$ $\quad v_{r_2} = 80.99$

3. $v_r = 80.99$ için T_2

   $T_2 = 662.71\ K$

$\eta_k = \left(\frac{T_2}{T_1}\right)_{s=cnt} = \left(\frac{v_1}{v_2}\right)^{k-1}$

ile de hesaplayabiliriz.
hata payı ile!

Compo ve Lille ?

2-11

$1 = \begin{matrix} P_1 = 100\ kPa \\ T_1 = 10°C \\ T_2 = 160°C \end{matrix}$

$P_2 = P_1 \left(\frac{T_2}{T_1}\right)^{k/(k-1)}$ → İdeal gaz bağıntısı çözeriz.

$P_2 = 289\ kPa$

Tersinir Sürekli Akış İşi:

$\eta_k = \frac{\text{izantropik komp. işi}}{\text{Gerçek komp. işi}}$


$\simeq \frac{h_{2s} - h_1}{h_{2a} - h_1}$

$\eta_p = \frac{w_s}{w_a} = \frac{v(P_2 - P_1)}{h_{2a} - h_1}$

Tem 2

(2)

$P_1 = 3\,MPa$
$T_1 = 400°C$



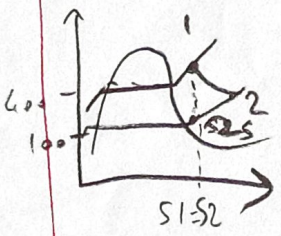
$\Delta s = 0$

$P_T = 2\,MW$

$P_2 = 50\,kPa$
$T_2 = 100°C$

a) $\eta_{T_{izentropik}} = ?$

b) $\dot{m}_{su} = ?$



$T_{s2s} < 100°C$

(1) $P_1 = 3\,MPa$ ve $T_1 = 400°C$ için

$h_1 = 3231.7$ $s_1 = 6.9235$

gerçek

(2a) $P_{2a} = 50\,kPa$ ve $T_{2a} = 100°C$

$h_{2a} = 2682\,kJ$. ~~doğru cevap değil.~~

(2s) $P_{2s} = 50\,kPa$ ve ~~$T_{2s} = 100°C$~~

$h_{2s} = 2682.4$

$s_{2s} = s_1 = 6.9235$

$s_f = 1.0912$
$s_g = 7.5931$

önce

$P_1 = 100\,kPa$ $T_1 = 12°C$

$P_2 = 800\,kPa$ $\dot{m} = 0.2\,kg/s$

$\eta_T = \%80 = 0.8$

"mükemmel gaz kabul edelim."

(1) $T_1 = 285K$ $h_1 = 285.14$

$P_{r_1} = 1.1584$

(2) $P_{r_2} = P_{r_1}\left(\frac{P_2}{P_1}\right) = 9.2672$

$P_{r_2} = 9.2672$ için $h_{2s} = ?$

$h_{2s} = 517.05\,kJ/kg$

3. adım

$$\eta_c = \frac{h_{2s} - h_1}{h_{2a} - h_1}$$

$h_{2a} = 575.03$ bulunur.

bunu tekabül eden $T_{2a} = ?$ bulunur.

$T_{2a} = 569.5\,K$

önce

$\eta_{Lole} = 0.92$

(1) $P_1 = 200\,kPa$ $T_1 = 950K$

a) olabilecek en yüksek çıkış hızı = ?

V_s → izentropik hız

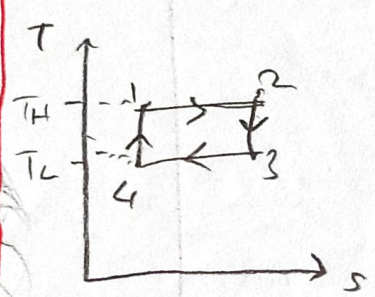
b) çıkış sıcaklığı $T_a = ?$

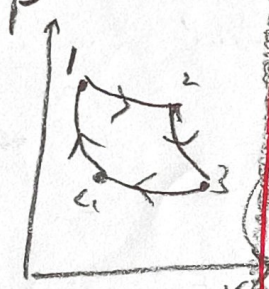
c) çıkış hızı $V_a = ?$

Bölüm 9

Çalışma Soruları

Carnot ★ Ts Pv çalışılır.





$\eta_{Ca} = 1 - \frac{T_L}{T_H}$

Hava Standartı Kabulleri

Pistonlu Motorlar

Sabit hacim oranı

Otto

$\eta_{otto} = 1 - \frac{1}{r^{k-1}}$

Otto çevrimi

Sabit 9-10

$r = 8$

① $P_1 = 100 kPa$

$T_1 = 17°C$

$V_1 = 8V_2 = V_4$ $V_2 = V_3$

$q_{in} = 800 kJ/kg$

a) T_{max} P_{max}

b) w_{net}

c) Isıl verim

d) Ortalama efektif basınç



1-2 Sıkıştırma

$T = 17 + 273 = 290K$

TA-17 tablosundan $U_1 = 206.91$

(118) $V_{r1} = 676.1$

$V_{r2} = 8 \cdot 676.1$

$= \cancel{5408.8}$ 84.51 → Tablo A-17

$T_2 = 652.4K$ $U_2 = 475.11$

$\frac{P_2 V_2}{T_2} = \frac{P_1 V_1}{T_1}$

$P_2 = \frac{100 \cdot 676.1}{290} \cdot \frac{652.4}{84.51}$

$P_2 = 1799.71$

2-3 hal değişimi:

$q_{in} = U_3 - U_2$

$800 kJ/kg = U_3 - 475.11$

$U_3 = 1275.11$ → A-17

$T_3 = 1575.1K$

$V_{r3} = 6.108$

3-4

$\frac{P_3 \cdot V_3}{T_3} = \frac{P_2 V_2}{T_2}$

$P_3 = \frac{1799.71}{652.4} \cdot 1575.1$

$= 4345.1 K$

$w_{net} = 418.17$

$\eta_{ter} = \frac{w_{net}}{q_{in}}$

$\frac{418.17}{800} = 0.52$

%52

$OEB = \frac{w_{net}}{V_1 - V_2}$

$= 574.609$

$w_{net} = q_{in} - q_{out}$

$q_{out} = U_4 - U_1 \rightarrow 206.91$

$V_{r4} = 8 \times V_{r3} = 48.86$

$U_4 = 588.74 kJ/kg$ $q_{out} = 381.83$

Ders 3

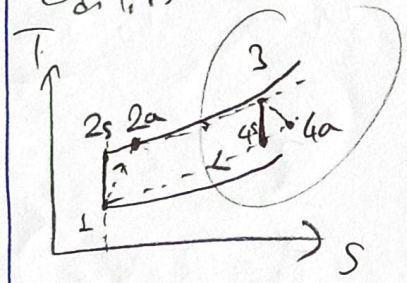
9.3

Brayton Çevrimi


- 6 öz birbirleri (1 ideal)

- Hava ideal gazlar hariç soğutucu olarak da kullanılır. Sıcaklık hava-yakıt oranı >50 olur.

- Daha yüksek sıcaklıklarda daha fazla verim elde edilir.

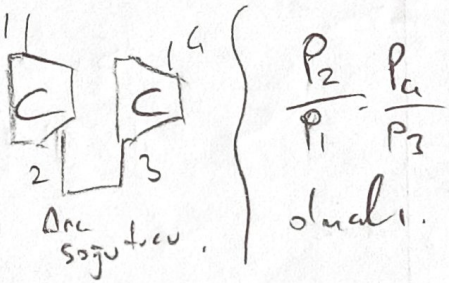


Rejenerasyonlu



Ara soğutmalı, ara ısıtmalı ve rej. Brayton.

komp. arasında ara soğutucu kullanılarak izotermde yaklaşılır.



$\frac{P_2}{P_1} = \frac{P_4}{P_3}$ olmalı.

Kadir Sitesi.

Rankine Çevrimi.

vize

- Tablo
- hesap mak. ✓
- interpolasyon gap
- Cevapların altını çiz.
- sistem şeması, diyagramlar

1- Entropi 1 soru
2- otto - Dizel Çevrimi 1 soru
3- Buharlı güç Çevrimleri 1 soru
4- Diğerlerinden birisi.

Genel. 1:30 dk. Sınav

Ders 3

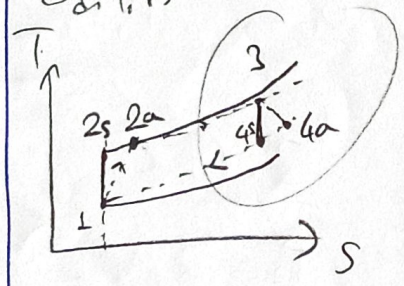
9.3

Brayton Çevrimi

- 6 ve Birbirleri (ideal)


- Uçuş alçak irtifalara kadar sıkıştırılmış hava gaz türbinleri için >50 olur.

- Daha yüksek sıcaklıklarda daha fazla verim elde edilir.



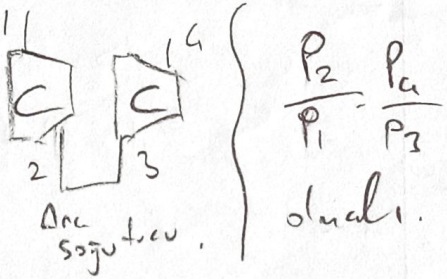
→ ?

Rejenerasyonlu



Ara soğutmalı, ara ısıtmalı ve Rej. Brayton.

Komp. arasında ara soğutucu kullanılınca izotermde yaklaşır.



$\frac{P_2}{P_1} = \frac{P_4}{P_3}$ olmalı.

Kadir Sıla.

Rankine Çevrimi.

Vize

- Tablo
- hesap makinesi ✓
- interpolasyon yapılır
- Cevapların altını çiz.
- sistem şeması, diyagramlar

1- Entropi 1 soru
2- otto - Dizel Çevrimi 1 soru
3- Buharlı güç Çevrimleri 1 soru
4- Diğerlerinden birisi.

Cevsel. 1:30 dk. Sınav

Tem 2

(4)

3. hali (sabit)

$P_3 = 3\ MPa$ 2 @ A-6
$T_3 = 350°C$ 5

$h_3 = 3116,1\ kJ/kg$
$s_3 = 6,7450\ kJ/kg$

4. hali

$P_4 = 10\ kPa$
$s_4 = s_3$ için @ Tablo A-5

$x_4 = \frac{s_4 - s_f}{s_{fg}}$ $s_f = 0,649$ ... $s_{fg} = ...$

$x_4 = 0,8128$

$h_4 = h_f + 0,8128\, h_{fg}$
$= 191,81\ kJ/kg + 0,8128 \cdot 2392,1\ kJ/kg$
$= 2136,1\ kJ/kg$

$\eta_{th} = 1 - \frac{q_4}{q_g} = 1 - \frac{h_4 - h_1}{h_3 - h_2}$
$= 1 - \frac{1944,3}{2921,27}$
$= 0,334$, % 33,4

(B) 350°C yerine 600°C ile 3. ve 4. hali tekrar hesaplarsak.

3. hal

600°C ile $h_3 = 3682,8$
$s_3 = 7,5103$

4. hal

$s_3 = s_4$ ile

$s_4 = s_f + x s_{fg}$

$7,5103 = 0,6492 + x \cdot 7,4996$

$x_4 = 0,915$

$h_4 = ?$

$h_4 = 2388,5\ kJ/kg$
$q_g = 3488,0\ kJ/kg$
$\eta_{th} = 1 - \frac{2388,5\ kJ/kg}{3488,0}$
$= 0,373 = \%\ 37,3$

(C)

$h_2 = 206,95$
$h_3 = 3583,1$
$h_4 = 2151,3\ kJ/kg$

$q_4 = 1923,5$
$q_g = 3376,2$
$\eta_{th} = 1 - \frac{1923,5}{3376,2}$
$\eta_{th} = 0,43$

Final

1-soru = 10. Bölüm soru
11. Bölüm = 2 soru (ayrıbe)
14. Bölüm = 1 soru (2 ayrıbe)

İdeal ara ısıtmalı R-C

Kavramsal bina yükümlüsü

İki türbin var

$w_{t,ç} = (h_3 - h_4) + (h_5 - h_6)$

$q_1 + q_2 = q$ = iki tane kazan var.

Örn: ara ısıtmalı $P_3 = 15\,MPa$, $T_3 = 600°C$; Yoğuşturucu $P_6 = 10\,kPa$

Alçak basınç türbinden çıkışında $x_6 = \%89{,}6$

$P_6 = 10\,kPa$ için T.A-5

$S_6 = S_f + x \cdot S_{fg}$ $\quad S_f = 0{,}6492$, $S_{fg} = 7{,}4996$

$= 2{,}3688\ kJ/kg.K$

$h_6 = 2335{,}1\ kJ/kg$

$S_6 = S_5$ için Tablo A-6

$P = 4{,}0 - 4{,}5\ MPa$

4 MPa	7,3708	aldık
	7,3688	
4,5	7,3127	fazl

$h_5 = 3674{,}9\ kJ/kg$

b) verim

$\frac{w_{net}}{q_g} = 1 - \frac{q_ç}{q_g} = \eta_{th}$

$q_ç = (h_6 - h_1)$

$q_g = (h_3 - h_2) + (h_5 - h_4)$

$P_3 = 15MPa$, $T_3 = 600°C$ → $h_3 = 3583{,}1$, $S_3 = 6{,}6796$ (Tablo A-6 II)

$P_4 = 4\,MPa$, $S_4 = S_3$ → $h_4 = 3155\ kJ/kg$, $T_4 = 375{,}5°C$

Tablodan

$P_1 = 10\,kPa$, $T_1 = T_{doyma}$ → $h_1 = 191{,}81$, $V_1 = V_f = 0{,}001010$

$w_p = V_1 \cdot (P_2 - P_1)$ $\quad P_2 = 15MPa$

$0{,}001010 \cdot (15000 - 10)$

$w_p = 15{,}14\,kJ/kg$

$h_2 - h_1 = w_p$

$h_2 = w_p + h_1 = 206{,}95$

$\eta_{ısıl} = 1 - \frac{q_ç}{q_g} = \frac{\eta (h_6 - h_1)}{(h_3 - h_2) + (h_5 - h_4)}$

~~gerçek~~ ~~(3335,1 − 191,81)~~

interpolasyon

$\eta = 1 - \frac{21433}{3896{,}1}$

$= \%45$

2143

ideal, ara Buhar çevrimi (Rejeneratör)

türbinden çıkan bir kısım akış geri kalan sisteme katılır.

$q_{out} \{1 - y\} (h_7 - h_1)$

$y = \dot{m}_6 / \dot{m}_5$

Ön

$P_5 = 15\,MPa$, $T_5 = 600°C$

$P_7 = 10\,kPa = P_1$

1. hal:

$h_1 = 191{,}81$

$V_f = 0{,}001010$

2. hal

$h_2 = h_1 + w_{p1}$

$w_{p1} = V_1 \cdot (P_2 - P_1)$

$h_2 = 193{,}01$



Tekno 2

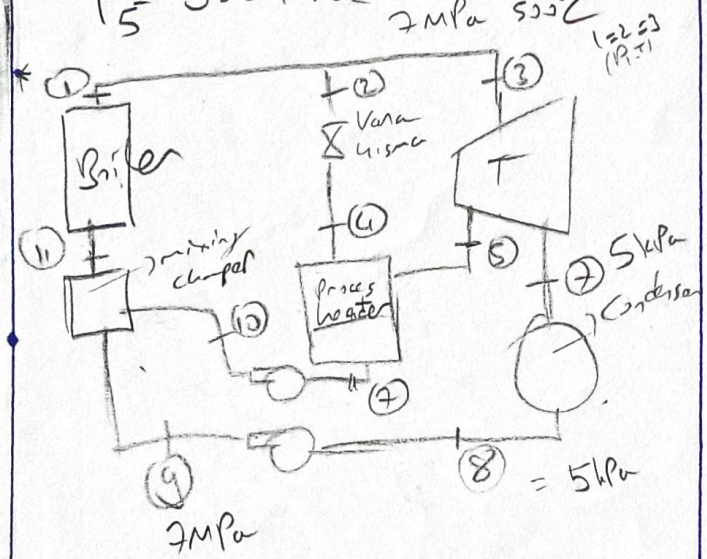
Kojenerasyon

örn

$P = 7 MPa$

$T = 500°C$

$P_5 = 500 kPa$



$0,4762 + x \cdot 7,9176 = 6,8$

$x = 0,798$

$137,75 + 0,798 \cdot 2423$

$h_6 = 2021,304$

$E_g = E_ç$

$\dot{m}_4 h_4 + \dot{m}_5 h_5 = \dot{m}_7 h_7 + Q_p$

$Q_p = \dot{m}_4 h_4 + \dot{m}_5 h_5 - \dot{m}_7 h_7$

$\dot{m}_4 = 0.10 \cdot 15 = 1,5 kg/s$

$\dot{m}_5 = 105 kg/s$

$\dot{m}_7 = 12 kg/s$

$\dot{m}_6 = 3 kg/s$

$s_3 = s_5$ $\quad s_3 = 6,8$

500kPa için A-S

$s_f = 1,8604$

$s_g = 4,9603$

$x = 0,995$

$h_5 = 2739,3$ (x'e)

$Q_p = 1,5 \cdot 3411,4 + 105 \cdot 2739,3 - 12 \cdot 643,09$

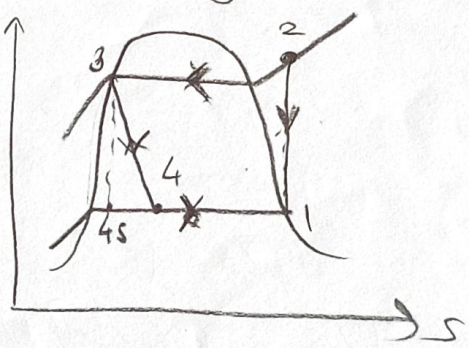
$= 26198,62$

Prosesten çıkan akışkan sıvı olmalı zorunda. Pompadan zaten diğer türlü pompalayamaz.

.46 öder

Soğutma Çevrimleri

- Bisikletli şarj dolapları.
- Cool spor yerleri, yarışma oyun
- Yerin altında yaşama.

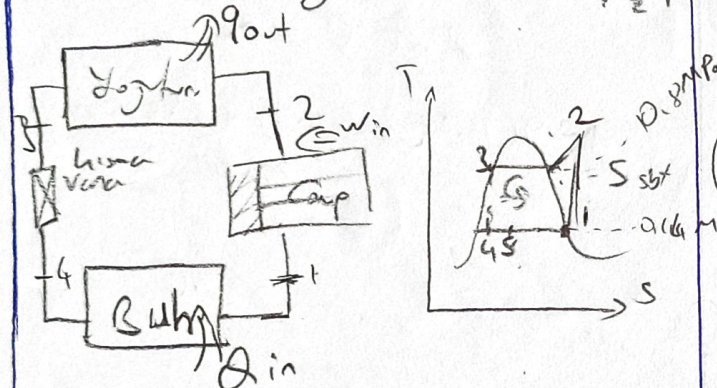


Soğutucu akışkan R134a

$P_{Buhar.} = 0.14\,MPa = P_1$

$P_{yoğ} = 0.8\,MPa = P_2 = P_3$

$\dot{m} = 0.05\,kg/s$



3-4 $h = sbt$

① $P = 140\,kPa$ için A-12

$h_3 = 239.16 = h_1$ kJ/kg

$s_1 = s_2 = 0.94456$ kJ/kg

$s_1 = s_2$ ②

$h_2 = 275.39$ kJ/kg

③ $s_3 = s_4$ ve $P_3 = 0.8\,MPa$

Doymuş sıvı

$h_3 = 95.47 = h_4$

④ a) $Q_L = \dot{m}(h_1 - h_4)$

$= 7.1845\,kW$

$W_g = \dot{m}(h_2 - h_1)$

$= 1.8115\,kW$

b) $COP_{sm} = \frac{q_L}{w_{net,g}} = \frac{h_1 - h_4}{h_2 - h_1}$

$COP_{sm} = \frac{239.16 - 95.47}{275.39 - 239.16}$

$= 3.96$

Gerçek olsaydı ~~$h_3 = h_4$~~

✓ $s_3 = s_4$ ve $P_4 = P_1$ olur.

ÖM 11-2

$T_1 = -10°C$ $0.14\,MPa = P_1$

$T_2 = 50°C$ $P_2 = 0.8\,MPa$

$T_3 = 26°C$ $P_3 = 0.72\,MPa$

$\dot{m} = 0.05\,kg/s$

$h_1 = 246.36$ $s_1 = 0.9724$

$h_2 = 286.69$

$h_3 \cong h_f$ → Basitleştirdik. Normalde sıkıştırılmış sıvıdır

$h_4 = h_3$

$Q_L = \dot{m}(h_1 - h_4)$

$= 9265$

$W_{net} = \dot{m}(h_2 - h_1)$

$= 2.065$

b) Komp. izantropik verim

$\eta_c = \frac{h_{2s} - h_1}{h_2 - h_1}$

$= \%93.85$

c) $COP_{sm} = \frac{Q_L}{W_{net}} = \frac{2.9265}{2.065}$ soğutma miktarı

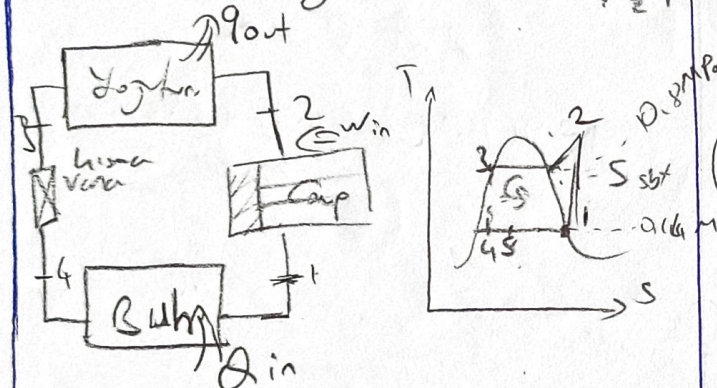
$= 3.93$

Soğutucu akışkan R134a

$P_{Buhar.} = 0.14\,MPa = P_1$

$P_{yoğ} = 0.8\,MPa = P_2 = P_3$

$\dot{m} = 0.05\,kg/s$



3-4 $h = sbt$

① $P = 140\,kPa$ için A-12

$h_3 = 239.16 = h_1$ kJ/kg

$s_1 = s_2 = 0.94456$ kJ/kg

$s_1 = s_2$ ②

$h_2 = 275.39$ kJ/kg

③ $s_3 = s_4$ ve $P_3 = 0.8\,MPa$

Doymuş sıvı

$h_3 = 95.47 = h_4$

④ a) $Q_L = \dot{m}(h_1 - h_4)$

$= 7.1845\,kW$

$W_g = \dot{m}(h_2 - h_1)$

$= 1.8115\,kW$

b) $COP_{sm} = \frac{q_L}{w_{net,g}} = \frac{h_1 - h_4}{h_2 - h_1}$

$COP_{sm} = \frac{239.16 - 95.47}{275.39 - 239.16}$

$= 3.96$

Gerçek olsaydı ~~$h_3 = h_4$~~

✓ $s_3 = s_4$ ve $P_4 = P_1$ olur.

ÖM 11-2

$T_1 = -10°C$ $0.14\,MPa = P_1$

$T_2 = 50°C$ $P_2 = 0.8\,MPa$

$T_3 = 26°C$ $P_3 = 0.72\,MPa$

$\dot{m} = 0.05\,kg/s$

$h_1 = 246.36$ $s_1 = 0.9724$

$h_2 = 286.69$

$h_3 \cong h_f$ → Basitleştirdik. Normalde sıkıştırılmış sıvıdır

$h_4 = h_3$

$Q_L = \dot{m}(h_1 - h_4)$

$= 9265$

$W_{net} = \dot{m}(h_2 - h_1)$

$= 2.065$

b) Komp. izantropik verim

$\eta_c = \frac{h_{2s} - h_1}{h_2 - h_1}$

$= \%93.85$

c) $COP_{sm} = \frac{Q_L}{W_{net}} = \frac{2.9265}{2.065}$ soğutma miktarı

$= 3.93$

$$\frac{m_{a1}}{m_{a2}} = \frac{w_2 - w_3}{w_3 - w_1}$$

$$= \frac{22,67}{30,52} = \left(\frac{0,008 - w_3}{w_3 - 0,012}\right)$$

$w_3 = 0,0137$

$h_3 = 45$ $\quad T_3 = 20,7$

① $h_1 = 86,2$

$w_1 = 0,02125$

$v_1 = 0,894$

② $w_2 = 0,01075$ $\quad$ 15°C için AG

$h_2 = 42$ $\quad h_f = 62,982$

$v_2 = 0,83$ $\quad$ ~~h_w~~

$\Delta E = E_{in} - E_{out} = 0$

$E_{in} = E_{out}$

$Q_{out} = m_{a1}h_1 - (m_{a2}h_2 + m_w h_f)$


$= m_a(h_1 - h_2) - m_w(h_f)$

$= 2,238(86,2 - 42) - 0,0235\,62,98$

$= 97,64$ kJ/kg farazi ii

14.73

hava perde tipi klima cihazı




① $T_1 = 32°C$

$\phi = \%70$

$V_1 = 2m^3/dk$

② $T_2 = 15°C$

$\phi_2 = \%100$



$m_{a1} = \frac{V_1}{v_1} = \frac{2m^3/dk}{0,894\,m^3/kg\,dk}$

$= 2,238\ kg_{kk}/dk$

$m_{a2} = \frac{V_2}{v_2} = m_{a1}$

~~eşitlik~~

$m_a w_1 + m_{w\,sıvı} = m_a w_2$

$m_a(w_1 - w_2) = m_{w\,sıvı}$ 1

$2,238(0,02125 - 0,01075) = m_{w\,sıvı}$

$0,0235 = m_{w\,sıvı}$